முகாமைத்துவ சேவை அலுவலர் தரம் III 2025 மற்றும் போட்டிப் பரீட்சைக்கான வழிகாட்டல்

உளச்சார்பு

மாதிரி வினாத்தாள் – 1

Exam : September

நேரம் : 1 மணித்தியாலம்

MSO EXAM CLASS-0781808994(WHATSAPP)

எல்லா வினாக்களுக்கும் இத்தாளிலேயே விடையளிக்க.

❖ 1 தொடக்கம் 5 வரையான வினாக்களில் தொடக்கத்தில் உள்ள சொற்சோடிகளுக்கு இடையிலான தொடர்பை அடிப்படையாகக் கொண்டு அதனை ஒத்த தொடர்புள்ள சோடிச் சொற்களை தெரிவு செய்க.

(1) எரிபொருள் : தீ
1. குளிர் : வெப்பம்
2. உணவு : மனிதன்
3. பலகை : மரம்
4. புகை : நிலக்கரி (……)

(2) முயல் : ஆமை
1. தந்தி : கடிதம்
2. இலக்கம் : எழுத்து
3. பொய் : உண்மை
4. தற்பெருமை : அடக்கம் (……)

(3) மழை : வெள்ளம்
1. வரட்சி : பஞ்சம்
2. காடு : காட்டுத்தீ
3. அலை : சுனாமி
4. ஓட்டம் : வரட்சி (……)

(4) கறையான் : புற்று
1. கவிஞன் : பேனா
2. வைத்தியர் : நோயாளி
3. எழுத்தாளர் : நூல்
4. முகாமையாளர் : ஊழியர் (……)

(5) பரிசு : தண்டனை
1. விரயம் : சிக்கனம்
2. பாராட்டு : குற்றச்சாட்டு
3. வருமானம் : செலவு
4. ஓய்வு : ஓய்வின்மை (……)

❖ 6 தொடக்கம் 10 வரையிலான ஒவ்வொரு வினாவின் கீழேயும் தளவாடியின் எதிரே தெரியும் உருவத் தொகுதிகள் தரப்பட்டுள்ளன. அத்தந்த உருவ தொகுதிகளைத் தளவாடியில் பார்க்கும்போது தெரியக்கூடிய அதன் சரயான விம்பத்தை தெரிவுசெய்து அதற்குரிய தெரிவினது இலக்கத்தை வினாவின் எதிரேயுள்ள புள்ளிக்கோட்டின் மீது எழுதுக.

(6)

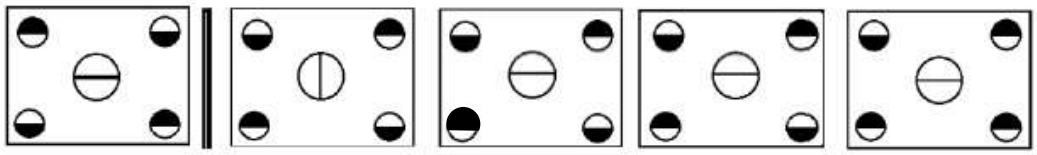

1 2 3 4 (…….)

(7)

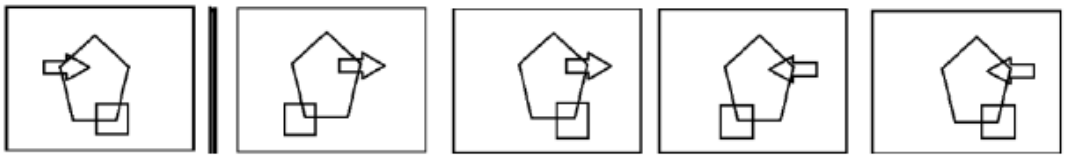

1 2 3 4 (…….)

MSO EXAM CLASS-0781808994(WHATSAPP)

(8)

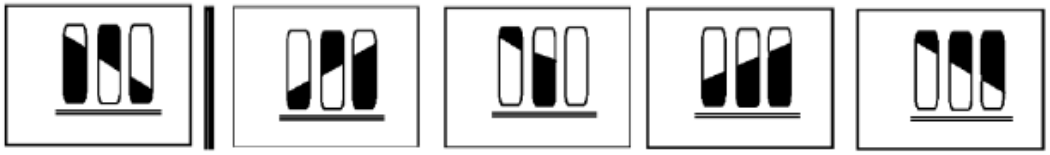

1 2 3 4 (.....)

(9)

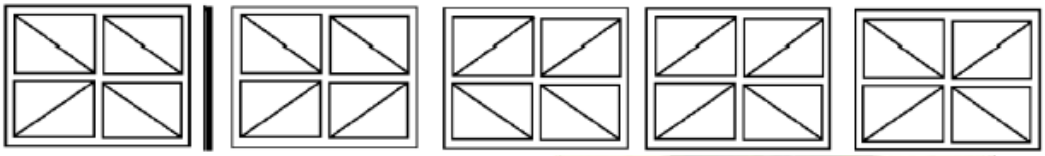

1 2 3 4 (.....)

(10)

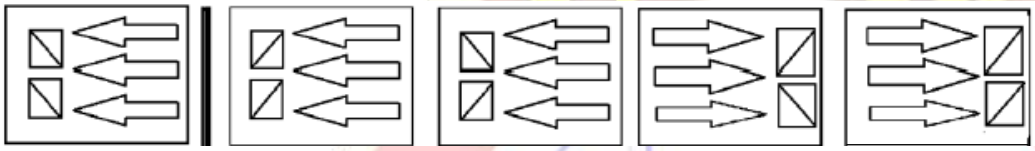

1 2 3 4 (.....)

● **11** தொடக்கம் **15** வரையுள்ள வினாக்கள் பின்வரும் பந்தியையும் அதன் கீழ்த் தரப்பட்ட சொற் பட்டியலையும் அடிப்படையாய்க் கொண்டவை.

கடல்சார் மாசடைதலைத் தடுப்பதற்கான வலயம்

1976 இன் கடல்சார் வலயச் சட்டம், மாசடைதலைத் தடுப்பதற்கான வலயங்களைத் தாபிப்பதற்கான வாய்ப்பை ஏற்படுத்துகின்றது. அத்தகைய வலயங்களை நாட்டுக் கடலுக்கு ....(*A*).... அமைக்க வேண்டும் எனவும் அத்தகைய வலயங்களில் மாசடைதலைத் தடுப்பதற்கும் சுற்றாடற் சமநிலையைப் ....(*B*).... உரிய அமைச்சர் நடவடிக்கைகளை மேற்கொள்ள வேண்டும் எனவும் அதில் பிரகடனப்படுத்தப்படுகின்றது. கடல்சார் வலயப் ....(*C*).... கீழ் நாட்டுக் கடல் அளக்கப்படும் மூலக் கோட்டிலிருந்து 200 ....(*D*).... மைல் தூரத்தில் இத்தகைய ஒரு வலயத்தின் எல்லைகள் துணியப்படும். கடல்சார் ....(*E*).... பற்றிய விசேட கட்டளைகள் 1981 இல் இலங்கை அரசியலமைப்பில் சட்டமாக்கப்பட்டுள்ளன.

சொற்பட்டியல்

(1) மாசடைதல்	(2) தனியாக	(3) கடல்	(4) வித்தியாசம்
(5) பிரகடனத்தின்	(6) நேர்கோட்டு	(7) பேணுவதற்கும்	(8) நடைமுறைப்படுத்தல்
(9) அடுத்ததாக	(10) அபிவிருத்தி		

ஒவ்வொரு வினாவிலும் குறிப்பிட்டுள்ள வெற்றிடத்தை நிரப்புவதற்கு மிகவும் பொருத்தமான சொல்லைச் சொற்பட்டியலிலிருந்து தெரிந்தெடுத்து, அதனைக் குறித்து நிற்கும் **இலக்கத்தை** அவ்வினாவிற்கு எதிரே உள்ள **புள்ளிக்கோட்டின் மீது** எழுதுக.

MSO EXAM CLASS-0781808994(WHATSAPP)

11. பந்தியில் (A) இன் மூலம் காட்டப்படும் வெற்றிடத்திற்கு (.....)

12. பந்தியில் (B) இன் மூலம் காட்டப்படும் வெற்றிடத்திற்கு (.....)

13. பந்தியில் (C) இன் மூலம் காட்டப்படும் வெற்றிடத்திற்கு (.....)

14. பந்தியில் (D) இன் மூலம் காட்டப்படும் வெற்றிடத்திற்கு (.....)

15. பந்தியில் (E) இன் மூலம் காட்டப்படும் வெற்றிடத்திற்கு (.....)

❖ 16 தொடக்கம் 20 வரையுள்ள வினாக்கள் ஐந்து மாணவர்களினது திறமைகள் தொடர்பான கீழேயுள்ள தகவல்களை அடிப்படையாக் கொண்டவை. ஒவ்வொரு வினாவுக்குமான சரியான விடையை வினாவின் எதிரேயுள்ள புள்ளிக்கோட்டின் மீது எழுதுக.

➢ சந்திரன் மற்றும் வித்தகன் ஆகியோர் உயிரியல் மற்றும் இரசாயனவியலில் திறமையானவர்கள்.

➢ அந்தகன் மற்றும் சந்திரன் ஆகியோர் இரசாயனவில் மற்றும் பௌதீகவியலில் திறமையானவர்கள்.

➢ அந்தகன், கந்தகன் மற்றும் தமரன் ஆகியோர் பௌதீகவியல் மற்றும் வரலாற்றில் திறமையானவர்கள்.

➢ தமரன் மற்றும் அந்தகன் ஆகியோர் இரசாயனவியல் மற்றும் கணிதத்தில் திறமையானவர்கள்.

➢ கந்தகன் மற்றும் வித்தகன் ஆகியோர் வரலாறு மற்றும் உயிரியலில் திறமையானவர்கள்.

(16) பௌதீகவியல், வரலாறு மற்றும் உயிரியலில் திறமையானவர் யார்?
(1) அந்தகன் (2) சந்திரன் (3) கந்தகன் (4) வித்தகன் (.....)

(17)பௌதீகவியல் மற்றும் வரலாற்றில் திறமையானவராகவும் இரசாயவியலில் திறமை அற்றவருமானவர் யார்?
(1) அந்தகன் (2) சந்திரன் (3) தமரன் (4) கந்தகன் (.....)

(18) இரசாயனவியல், வரலாறு மற்றும் உயிரியலில் திறமையானவர் யார்?
(1) அந்தகன் (2) சந்திரன் (3) தமரன் (4) வித்தகன் (.....)

(19) வரலாறு, பௌதீகவியல், இரசாயனவியல், கணிதம் போன்ற பாடங்களில் திறமையானவர்கள் யாவர்?
(1) அந்தகன், தமரன் (2) சந்திரன், கந்தகன்
(3) தமரன், வித்தகன் (4) கந்தகன், தமரன் (.....)

(20) பௌதீகவியல், உயிரியல், இரசாயனவியல் போன்ற மூன்று பாடங்களிலும் திறமையானவர் யார்?
(1) அந்தகன் (2) சந்திரன் (3) கந்தகன் (4) வித்தகன் (.....)

❖ 21 தொடக்கம் 25 வரையிலான வினாக்களுக்கு இரண்டு கூற்றுக்களும் அவற்றில் இருந்து பெறக்கூடிய முடிவுகள் 1 மற்றும் 2 தரப்பட்டுள்ளது. தரப்பட்ட தரவுகளை மட்டும் பயன்படுத்தி தர்க்க ரீதியாக ஆராய்ந்து பெறக்கூடிய சரியான முடிவுகளை இணங்கண்டு
முடிவு 1 இற்கும் மட்டும் வரமுடியும் எனில் A
முடிவு 2 இற்கும் மட்டும் வரமுடியும் எனில் B
முடிவு 1 மற்றும் முடிவு 2 இற்கு வரமுடியும் எனில் C
முடிவு 1 இற்கோ அல்லது முடிவு 2 இற்கோ வரமுடியாது எனில் D எனவும்
வினாவின் எதிரேயுள்ள புள்ளிக் கோட்டின் மீது எழுதுக.

(21) கூற்று 1 : சில புறாக்கள் கிளிகளாகும்
கூற்று 2 : எல்லாக் கிளிகளும் மைனாக்கள் ஆகும்
முடிவு 1 : எல்லா மைனாக்களும் கிளிகளாகும்.
முடிவு 2 : சில புறாக்கள் மைனாக்கள் ஆகும். (.....)

MSO EXAM CLASS-0781808994(WHATSAPP)

(22)கூற்று 1 : எல்லா மான்களும் ஆடுகளாகும்
கூற்று 2 : சில ஆடுகள் மாடுகள் ஆகும்
முடிவு 1 : சில மான்கள் மாடுகள் ஆகும்
முடிவு 2 : சில மாடுகள் ஆடுகள் ஆகும். (.....)

(23)கூற்று 1 : எல்லாப் பேனைகளும் பென்சில்களாகும்
கூற்று 2: எல்லாக் பென்சில்களும் தாள்கள் ஆகும்
முடிவு 1 : எல்லா பேனைகளும் தாள்களாகும்.
முடிவு 2 : சில தாள்கள் பேனைகள் ஆகும். (.....)

(24)கூற்று 1 : சில கதிரைகள் மேசைகளாகும்.
கூற்று 2 : எல்லா வாங்குகளும் மேசைகள் ஆகும்
முடிவு 1 : சில மேசைகள் வாங்குகள் ஆகும்.
முடிவு 2 : சில மேசைகள் கதிரைகள் ஆகும். (.....)

(25)கூற்று 1 : எல்லா நாய்களும் பூனைகளாகும்.
கூற்று 2 : எல்லா எலிகளும் பூனைகளாகும் ஆகும்
முடிவு 1 : எல்லா நாய்களும் எலிகளாகும்.
முடிவு 2 : சில எலிகள் நாய்கள் ஆகும். (.....)

● **26** தொடக்கம் **30** வரையுள்ள வினாக்கள் பின்வரும் தகவல்களை அடிப்படையாகக் கொண்டவை.

ஒவ்வொன்றும் ஒன்றரை மணித்தியால காலத்திற்கு ஒளிரத்தக்க A, B, C, D என்னும் நான்கு சர்வசம மெழுகுவர்த்திகள், இரு மணித்தியாலங்களுக்கு எப்போதும் மூன்று மெழுகுவர்த்திகள் ஒரே தடவையில் ஒளிர்ந்துகொண்டு இருக்குமாறு, அவ்விரு மணித்தியாலங்களுக்கு ஒளிரச்செய்து வைக்கப்படுதல் வேண்டும். மெழுகுவர்த்தி ஒளிர்வதற்கு அல்லது அணைவதற்கு எடுக்கும் நேரம் புறக்கணிக்கத்தக்கது. எந்த மெழுகுவர்த்தியையும் பகுதிகளாக வெட்டி ஒளிரச்செய்வதற்கு எதிர்பார்க்கப்படவில்லை. மெழுகுவர்த்தி A முதல் ஒன்றரை மணித்தியாலத்திற்கு ஒளிர்கின்றது எனவும் மெழுகுவர்த்தி B முதல் ஒரு மணித்தியாலயத்திற்கு ஒளிர்கின்றது எனவும் மெழுகுவர்த்தி C முதல் அரை மணித்தியாலத்திற்கு ஒளிர்கின்றது எனவும் கொள்வோம்.

பின்வரும் நேர்கோட்டு வரைபுகள் மேற்குறித்த இரு மணித்தியால நேரத்தில் மெழுகுவர்த்திகளின் பல்வேறு சந்தர்ப்பங்களைக் காட்டுகின்றன.

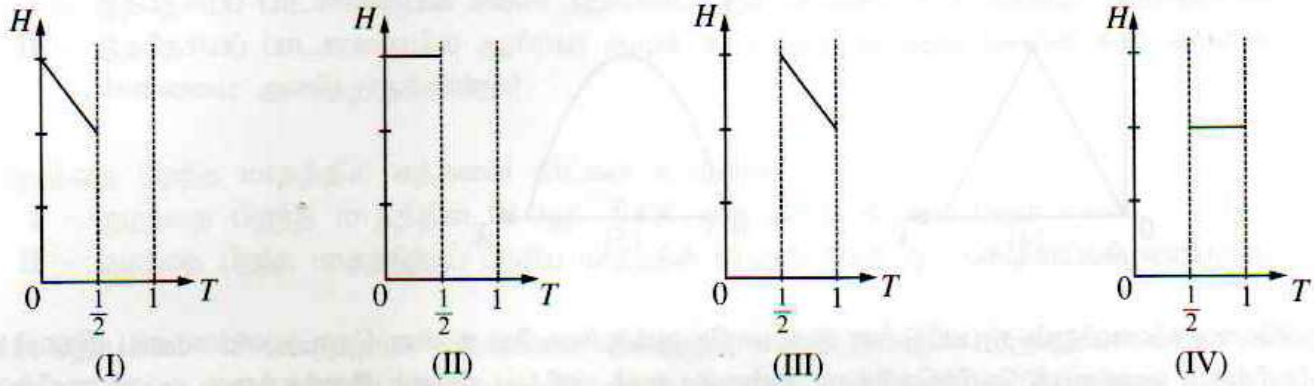

MSO EXAM CLASS-0781808994(WHATSAPP)

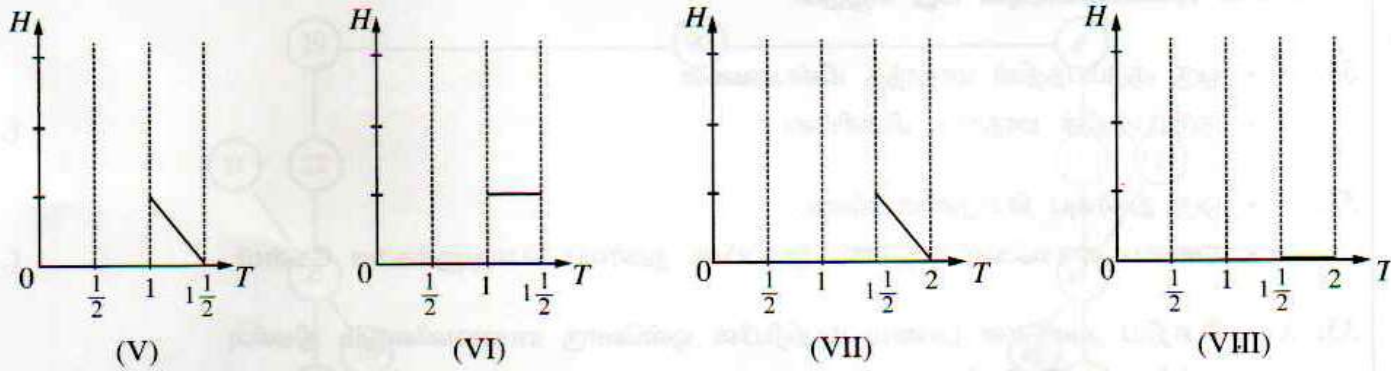

வரைபுகளில் $T =$ மணித்தியால நேரமும் $H =$ மெழுகுவர்த்தியின் உயரமும் ஆகும்.

இதற்கேற்ப ஒவ்வொரு வினாவிலும் குறிப்பிடப்படும் இரு வரைபுகளையும் காட்டும் தெரிவைத் தெரிந்தெடுத்து, அதனைக் குறித்து நிற்கும் **இலக்கத்தை** அவ்வினாவிற்கு எதிரே உள்ள **புள்ளிக்கோட்டின் மீது** எழுதுக.

26. முதலாவது அரை மணித்தியால நேரத்தில் C, D ஆகிய மெழுகுவர்த்திகளை முறையே வகைகுறிக்கும் வரைபு / வரைபுகள் யாவை?

(1) I, I ஆகியன (2) I, II ஆகியன (3) II, I ஆகியன (4) II, II ஆகியன (.....)

27. இரண்டாவது அரை மணித்தியால நேரத்தில் C, D ஆகிய மெழுகுவர்த்திகளை முறையே வகைகுறிக்கும் வரைபு / வரைபுகள் யாவை?

(1) III, III ஆகியன (2) III, IV ஆகியன (3) IV, III ஆகியன (4) IV, IV ஆகியன (.....)

28. மூன்றாவது அரை மணித்தியால நேரத்தில் A, B ஆகிய மெழுகுவர்த்திகளை முறையே வகைகுறிக்கும் வரைபு / வரைபுகள் யாவை?

(1) V, V ஆகியன (2) V, VI ஆகியன (3) VI, V ஆகியன (4) VI, VI ஆகியன (.....)

29. இறுதி அரை மணித்தியால நேரத்தில் A, B ஆகிய மெழுகுவர்த்திகளை முறையே வகைகுறிக்கும் வரைபு / வரைபுகள் யாவை?

(1) VII, VII ஆகியன (2) VII, VIII ஆகியன
(3) VIII, VII ஆகியன (4) VIII, VIII ஆகியன (.....)

30. இறுதி அரை மணித்தியால நேரத்தில் C, D ஆகிய மெழுகுவர்த்திகளை முறையே வகைகுறிக்கும் வரைபு / வரைபுகள் யாவை?

(1) VII, VII ஆகியன (2) VII, VIII ஆகியன
(3) VIII, VII ஆகியன (4) VIII, VIII ஆகியன (.....)

❖ 31 தொடக்கம் 35 வரையான வினாக்கள் கீழே தரப்பட்டுள்ள தகவல்களை அடிப்படையாகக் கொண்டன. தரப்பட்டுள்ள ஆங்கில சொற்களில் உள்ள ஒவ்வொரு எழுத்துக்கும் 1 தொடக்கம் 9 வரையுள்ள முழு எண் பெறுமானம் ஒன்று வழங்கப்பட்டுள்ளது. ஒவ்வொரு சொல்லிலும் உள்ள எண்களின் கூட்டுத்தொகை சொல்லுடன் தரப்பட்டுள்ளது.

LEAST = 17	TEASE = 19	FEET = 20	ATE = 12
TEAR = 20	SUPPER = 30	RUSE = 22	SEAT = 14

MSO EXAM CLASS-0781808994(WHATSAPP)

பொருத்தமான கணித்தல்களைப் பயன்படுத்தி கீழே தரப்பட்ட ஆங்கில எழுத்துக்களின் பெறுமானங்களை அவற்றுக்கு எதிரேயுள்ள புள்ளிக் கோட்டின் மீது எழுதுக.

(31) S .....
(32) L .....
(33) R .....
(34) E .....
(35) P .....

❖

நிரல் / நிரை	A	B	C	D	E
I	5 c	3 d	2 b		4 a
II	3 d	2 e		4 c	5 b
III	2 e		4 d	3 b	
IV	1 b	4 c	5 e		3 d
V	4 a	1 b		5 d	2 e

இந்தச் சதுரக்கோலத்திலே உள்ளடக்கப்பட்ட ஒவ்வொரு சதுரமும் அறியப்படுவது முதலில் அந்த சதுரம் அமைந்துள்ள நிரைக்குரிய இலக்கமும் இரண்டாவதாக நிரலுக்குரிய இலக்கமும் அருகருகே எழுதிக் காட்டப்படுமாறாகும். உதாரணம் :- IIB

அவ்வாறே இந்த சதுரக்கோலத்திலே எந்தவொரு நிரையிலோ அல்லது நிரலிலோ குறித்த குறியீடொன்று ஒரு தடவையை விடக்கூடுதலாக இடம்பெறாது.

மேலும் எந்தவொரு குறியீடொன்றும் இடப்படாத சதுரங்களினுள் அந்தந்த சதுரங்களுக்குரிய நான்கு குறியீடுகள் இடப்பட வேண்டும்.

இந்த தகவல்களுக்கேற்ப கீழேயுள்ள ஒவ்வொரு வினாவுக்குமான சரியான விடையினை இலக்கத்தை வினாவின் எதிரே உள்ள புள்ளிக் கோட்டின் மீது எழுதுக.

(36) ID என்ற சதுரத்தினுள் இடப்பட வேண்டிய 4 குறியீடுகளும் எவை?

1. 1, e, ■, △ 2. 1, e, ■, ○
3. 1, e, ▲, △ 4. 1, e, ◆, ○ (.....)

(37) IVD என்ற சதுரத்தினுள் இடப்பட வேண்டிய 4 குறியீடுகளும் எவை?

1. 2, a, ●, △ 2. 2, a, ■, ○

MSO EXAM CLASS-0781808994(WHATSAPP)

3. 2, a, ●, ○ 4. 2, a, ●, □ (…….)

(38) IIIE என்ற என்ற சதுரத்தினுள் இடப்படும் குறியீடுகளுள் மூன்று இடப்படும் சதுரமொன்றாக அமைவது இவற்றுள் எது?

1. IVA 2. 1D 3. VB 4. IVD (…….)

(39)IIB என்ற சதுரத்தினுள் இடப்படும் குறியீடுகள் சகலதும் இடப்படவுள்ள வேறொரு சதுரமொன்றாக அமைவது இவற்றுள் எது?

1. VE 2. 1C 3. IVD 4. IIIE (…….)

(40)IC என்ற சதுரத்தினுள் இடப்படும் குறியீடுகளில் ஒரு குறியீடு மாத்திரம் இடப்படும் வேறொரு சதுரமொன்றாக அமைவது இவற்றுள் எது?

1. IIID 2. IVE 3. VA 4. IVC (…….)

● **41** தொடக்கம் **45** வரையுள்ள வினாக்கள் பின்வரும் எண் நெய்யரியை அடிப்படையாகக் கொண்டவை. நெய்யரியில் உள்ள ஒவ்வொரு கோட்டிலும் இருக்கும் எண்கள் ஓர் ஒருதனியான கோலத்தை உருவாக்குகின்றன.

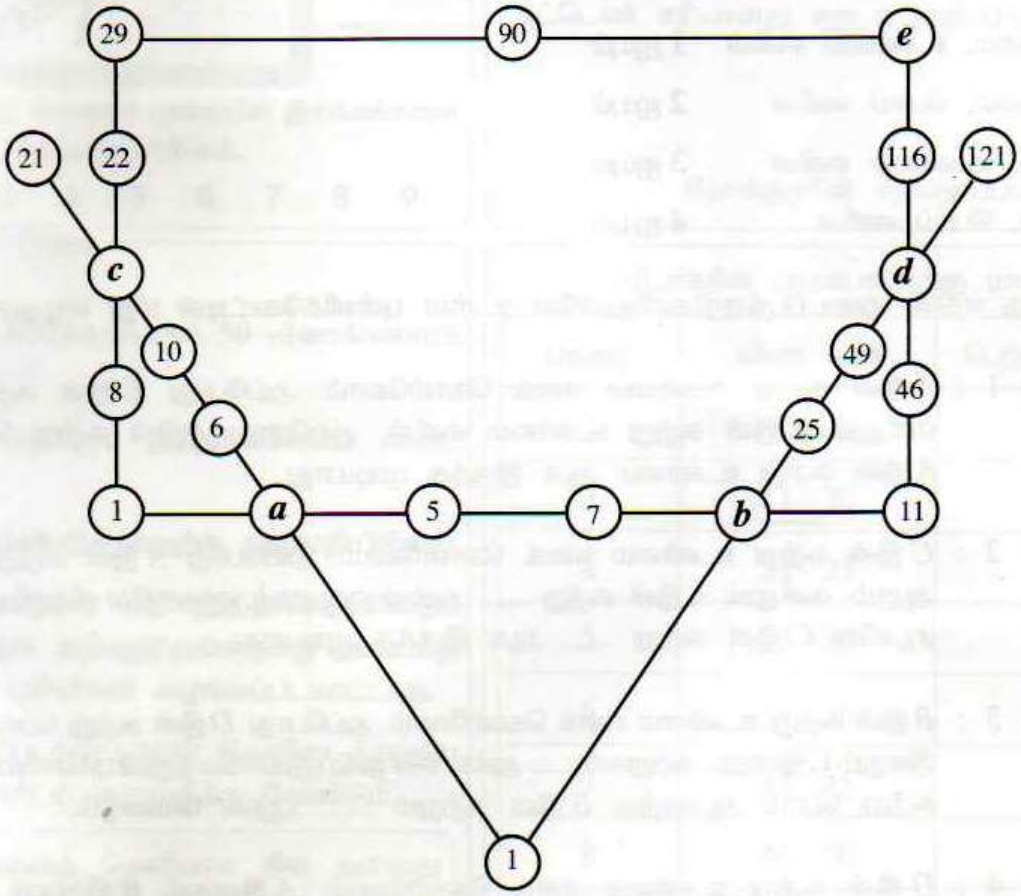

அதற்கேற்ப ஒவ்வொரு வினாவிற்கும் உரிய விடையை அவ்வினாவிற்கு எதிரே உள்ள **புள்ளிக்கோட்டின் மீது** எழுதுக.

41. ***a*** இற்கு மிகப் பொருத்தமான எண் பெறுமானம் யாது? (……)

MSO EXAM CLASS-0781808994(WHATSAPP)

42. *b* இற்கு மிகப் பொருத்தமான எண் பெறுமானம் யாது? (.....)

43. *c* இற்கு மிகப் பொருத்தமான எண் பெறுமானம் யாது? (.....)

44. *d* இற்கு மிகப் பொருத்தமான எண் பெறுமானம் யாது? (.....)

45. *e* இற்கு மிகப் பொருத்தமான எண் பெறுமானம் யாது? (.....)

❖ 46 தொடக்கம் 50 வரையான வினாக்களுக்கு சரியான விடையினை அதன் எதிரேயுள்ள புள்ளிக் கோட்டின் மீது எழுதுக.

(46) ஒரு பரீட்சை ஒன்றின் வெற்றி மதிப்பெண் 36% ஆகும். மாணவி ஒருத்தி 18 மதிப்பெண் பெற்று 9 புள்ளிகளால் பரீட்சையில் தோல்லியடைந்தாள் எனின் பரீட்சைக்காக வழங்கப்பட்ட மொத்தப்புள்ளி யாது?

.....

(47) எட்டு இலக்கங்களின் சராசரி 60 ஆகும். அவற்றில் முதல் நான்கு இலக்கங்களின் சராசரி 70 ஆகும். இறுதி ஐந்து இலக்கங்களின் சராசரி 55 ஆகும் எனின் நான்காவது இலக்கம் யாது?

.....

(48) ரவியினதும், சாந்தனதும் தற்போதைய வயதுகளின் கூட்டுத்தொகை 50 வருடங்களாகும். 5 வருடங்களின்பின் ரவியின் வயது சாந்தனின் வயதிலும் 5 மடங்காயின் ரவியின் தற்போதைய வயது என்ன?

.....

(49)மகேஷ் குறித்த ஒரு தொகைப் பணத்திற்கு 12 மாம்பழங்கள் வாங்கினான். மாம்பழம் ஒன்றின் விலை 2 ரூபாவினால் குறைந்திருந்தால் மகேஷ் மூன்று மாம்பழங்களை கூடுதலாக வாங்கியிருக்கலாம். அவன் என்ன விலைப்படி மாம்பழங்களை வாங்கினான்?

.....

(50) மணிக்கு 8km/h-ஐ வேகத்தில் ஓடும் ஒரு திருடனை மணிக்கு 10km/h-1 வேகத்தில் ஓடும் ஒரு பொலிஸ்காரர் துரத்துகின்றார். திருடன் 100 மீற்றர் முன்னால் இருந்தால் பொலிஸ்காரர் திருடனை எவ்வளவு நேரத்தில் பிடிப்பார்?

.....

MSO EXAM CLASS-0781808994(WHATSAPP)

MSO GRADE III (2025)

7456 Vacancies

Application Close : 30th June

Qualification : A/L - 3S
O/L - 4C, 2S

Exam => September

LIVE zoom

Start : 11th of June

கட்டணம்-3000/-

- அனைத்து வகுப்புகளுக்குமான ZOOM வீடியோ பதிவுகள் வழங்கப்படும்.
- முழுப்பாடத்திட்டமும் பூர்த்தி செய்யப்படும்.
- கடந்தகால மற்றும் மாதிரி வினாத்தாள்கள் கலந்துரையாடல்
- துரித மற்றும் இலகு நுட்பங்கள்
- மாதாந்தம் 36 மணித்தியால வகுப்புக்கள் நடைபெறும்.
- பரீட்சை நடைபெறும் வரையிலும் வகுப்புகள் நடைபெறும்.

அண்மையில் வெளியான இலங்கை சட்டக்கல்லூரி 2024 நுழைவுப் பரீட்சை பெறுபேறில் தமிழ்மொழி மூல மாணவர்களில் தெரிவான 50% ஆனவர்கள் எமது BITTRIGGER ACADEMYஇல் பயின்றவர்கள்.

அண்மையில் சுமார் 25 பேர் வடமேல் மாகாண ஆசிரியர் போட்டிப் பரீட்சையில் தெரிவாகி உள்ளனர்.

அண்மையில் வெளியான திறந்த பல்கலைக் கழகம் கல்விமாணி தெரிவுப்பரீட்சை 2025 இல் எம்மிடம் கற்ற 112 மாணவர்கள் தெரிவு செய்யப்பட்டுள்ளனர்.

0781808994